# 2000 普通高等学校招生考试 (新课程卷文)

## 一、选择题

1. 设集合 $A=\{x\mid x\in\mathbf{Z}$ 且 $-10\leqslant x\leqslant -1\}$, $B=\{x\mid x\in\mathbf{Z}$ 且 $|x|\leqslant 5\}$, 则 $A\cup B$ 中的元素个数是 ( )

(A) 11 (B) 10 (C) 16 (D) 15

2. 设 $\boldsymbol{a}$、$\boldsymbol{b}$、$\boldsymbol{c}$ 是任意的非零平面向量, 且相互不共线, 则① $(\boldsymbol{a}\cdot\boldsymbol{b})\boldsymbol{c}-(\boldsymbol{c}\cdot\boldsymbol{a})\boldsymbol{b}=0$; ② $|\boldsymbol{a}|-|\boldsymbol{b}|<|\boldsymbol{a}-\boldsymbol{b}|$; ③ $(\boldsymbol{b}\cdot\boldsymbol{c})\boldsymbol{a}-(\boldsymbol{c}\cdot\boldsymbol{a})\boldsymbol{b}$ 不与 $\boldsymbol{c}$ 垂直; ④ $(3\boldsymbol{a}+2\boldsymbol{b})\cdot(3\boldsymbol{a}-2\boldsymbol{b})=9|\boldsymbol{a}|^2-4|\boldsymbol{b}|^2$ 中, 是真命题的有 ( )

(A) ①② (B) ②③ (C) ③④ (D) ②④

3. 一个长方体共一顶点的三个面的面积分别是 $\sqrt{2}$, $\sqrt{3}$, $\sqrt{6}$, 这个长方体对角线的长是 ( )

(A) $2\sqrt{3}$ (B) $3\sqrt{2}$ (C) 6 (D) $\sqrt{6}$

4. 已知 $\sin\alpha>\sin\beta$, 那么下列命题成立的是 ( )

(A) 若 $\alpha$、$\beta$ 是第一象限角, 则 $\cos\alpha>\cos\beta$

(B) 若 $\alpha$、$\beta$ 是第二象限角, 则 $\tan\alpha>\tan\beta$

(C) 若 $\alpha$、$\beta$ 是第三象限角, 则 $\cos\alpha>\cos\beta$

(D) 若 $\alpha$、$\beta$ 是第四象限角, 则 $\tan\alpha>\tan\beta$

5. 函数 $y=-x\cos x$ 的部分图象是 ( )

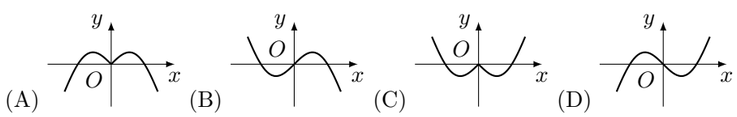


6. 《中华人民共和国个人所得税法》规定, 公民全月工资、薪金所得不超过 800 元的部分不必纳税, 超过 800 元的部分为全月应纳税所得额, 此项税款按下表分段累进计算:

| 全月应纳税所得额 | 税率 |
|---|---|
| 不超过 500 元的部分 | 5% |
| 超过 500 元至 2000 元的部分 | 10% |
| 超过 2000 元至 5000 元的部分 | 15% |
| $\cdots$ | $\cdots$ |

某人一月份交纳此项税款 26.78 元, 则他的当月工资、薪金所得介于 ( )

(A) $800-900$ 元 (B) $900-1200$ 元

(C) $1200-1500$ 元 (D) $1500-2800$ 元

7. 若 $a>b>1$, $P=\sqrt{\lg a\cdot\lg b}$, $Q=\frac{1}{2}(\lg a+\lg b)$, $R=\lg\left(\frac{a+b}{2}\right)$, 则

(A) $R<P<Q$ (B) $P<Q<R$ (C) $Q<P<R$ (D) $P<R<Q$

8. 已知两条直线 $l_1$: $y=x$, $l_2$: $ax-y=0$, 其中 $a$ 为实数. 当这两条直线的夹角在 $\left(0,\frac{\pi}{12}\right)$ 内变动时, $a$ 的取值范围是 ( )

(A) $(0,1)$ (B) $\left(\frac{\sqrt{3}}{3},\sqrt{3}\right)$

(C) $\left(\frac{\sqrt{3}}{3},1\right)\cup\left(1,\sqrt{3}\right)$ (D) $\left(1,\sqrt{3}\right)$

9. 一个圆柱的侧面展开图是一个正方形, 这个圆柱的全面积与侧面积的比是 ( )

(A) $\frac{1+2\pi}{2\pi}$ (B) $\frac{1+4\pi}{4\pi}$ (C) $\frac{1+2\pi}{\pi}$ (D) $\frac{1+4\pi}{2\pi}$

10. 过原点的直线与圆 $x^2+y^2+4x+3=0$ 相切, 若切点在第三象限, 则该直线的方程是 ( )

(A) $y=\sqrt{3}x$ (B) $y=-\sqrt{3}x$ (C) $y=\frac{\sqrt{3}}{3}x$ (D) $y=-\frac{\sqrt{3}}{3}x$

11. 过抛物线 $y=ax^2$ $(a>0)$ 的焦点 $F$ 作一直线交抛物线于 $P$、$Q$ 两点, 若线段 $PF$ 与 $FQ$ 的长分别是 $p$、$q$, 则 $\frac{1}{p}+\frac{1}{q}$ 等于 ( )

(A) $2a$ (B) $\frac{1}{2a}$ (C) $4a$ (D) $\frac{4}{a}$

12. 二项式 $\left(\sqrt{2}+\sqrt[3]{3}x\right)^{50}$ 的展开式中系数为有理数的项共有 ( )

(A) 6 项 (B) 7 项 (C) 8 项 (D) 9 项

## 二、填空题

13. 从含有 500 个个体的总体中一次性地抽取 25 个个体, 假定其中每个个体被抽到的概率相等, 那么总体中的每个个体被抽取的概率等于_____.

14. 椭圆 $\frac{x^2}{9}+\frac{y^2}{4}=1$ 的焦点 $F_1$、$F_2$, 点 $P$ 为其上的动点, 当 $\angle F_1PF_2$ 为钝角时, 点 $P$ 横坐标的取值范围是_____.

15. 设 $\{a_n\}$ 是首项为 1 的正项数列, 且 $(n+1)a_{n+1}^2-n{a_n}^2+a_{n+1}a_n=0$ $(n=1,2,3,\cdots)$, 则它的通项公式是 $a_n=$_____.

16. 如图, $E$、$F$ 分别为正方体面 $ADD_1A_1$、面 $BCC_1B_1$ 的中心, 则四边形 $BFD_1E$ 在该正方体的面上的射影可能是_____. (要求: 把可能的图序号都填上)

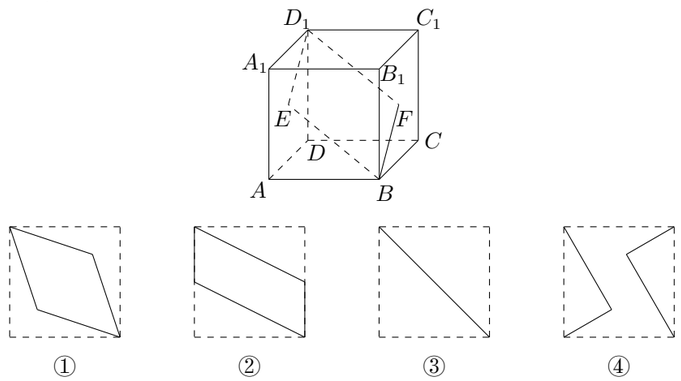


## 三、解答题

17. 甲、乙二人参加普法知识竞答, 共有 10 个不同的题目, 其中选择题 6 个, 判断题 4 个甲、乙二人依次各抽一题.

(1) 甲抽到选择题、乙抽到判断题的概率是多少?

(2) 甲、乙二人中至少有一人抽到选择题的概率是多少?

18.【甲】如图, 直三棱柱 $ABC-A_1B_1C_1$, 底面 $\triangle ABC$ 中, $CA=CB=1$, $\angle BCA=90^\circ$, 棱 $AA_1=2$, $M$、$N$ 分别是 $A_1B_1$、$A_1A$ 的中点.

(1) 求 $\overrightarrow{BN}$ 的长;

(2) 求 $\cos\langle\overrightarrow{BA_1},\overrightarrow{CB_1}\rangle$ 的值;

(3) 求证 $A_1B\perp C_1M$.

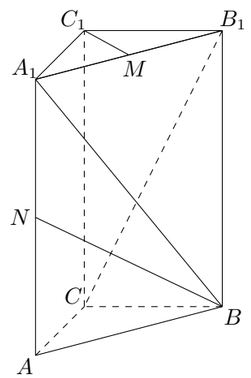

【乙】如图, 已知平行六面体 $ABCD—A_1B_1C_1D_1$ 的底面 $ABCD$ 为菱形, 且 $\angle C_1CB=\angle C_1CD=\angle BCD$.

(1) 证明: $C_1C\perp BD$;

(2) 当 $\dfrac{CD}{CC_1}$ 的值为多少时, 能使 $A_1C\perp$ 平面 $C_1BD$? 请给出证明.

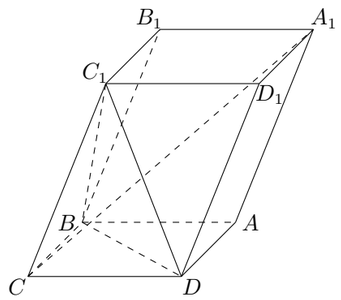


19. 设 $\{a_n\}$ 为等差数列, $S_n$ 为数列 $\{a_n\}$ 的前 $n$ 项和, 已知 $S_7=7$, $S_{15}=75$, $T_n$ 为数列 $\left\{\dfrac{S_n}{n}\right\}$ 的前 $n$ 项和, 求 $T_n$.

20. 设函数 $f(x)=\sqrt{x^2+1}-ax$, 其中 $a>0$.

(1) 解不等式 $f(x)\leqslant 1$;

(2) 证明: 当 $a\geqslant 1$ 时, 函数 $f(x)$ 在区间 $[0,+\infty)$ 上是单调函数.

21. 用总长 14.8 m 的钢条制成一个长方体容器的框架, 如果所制做容器的底面的一边比另一边长 0.5 m, 那么高为多少时容器的容积最大? 并求出它的最大容积.
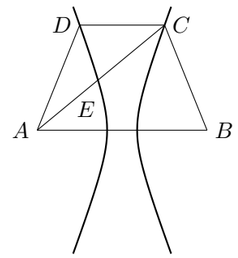
22. 如图, 已知梯形 $ABCD$ 中 $|AB|=2|CD|$, 点 $E$ 分有向线段 $\overrightarrow{AC}$ 所成的比为 $\lambda$, 双曲线过 $C$、$D$、$E$ 三点, 且以 $A$、$B$ 为焦点, 当 $\dfrac{2}{3}\leqslant\lambda\leqslant\dfrac{3}{4}$ 时, 求双曲线离心率 $e$ 的取值范围.