2000 普通高等学校招生考试 (旧课程卷文)

一、选择题

1. 设集合 $A=\{x\mid x\in\mathbf{Z}$ 且 $-10\leqslant x\leqslant -1\}$, $B=\{x\mid x\in\mathbf{Z}$ 且 $|x|\leqslant 5\}$, 则 $A\cup B$ 中的元素个数是 ( )

(A) 11 (B) 10 (C) 16 (D) 15

2. 在复平面内, 把复数 $3-\sqrt{3}\mathrm{i}$ 对应的向量按顺时钟方向旋转 $\dfrac{\pi}{3}$, 所得向量对应的复数是 ( )

(A) $2\sqrt{3}$ (B) $-2\sqrt{3}\mathrm{i}$ (C) $\sqrt{3}-3\mathrm{i}$ (D) $3+\sqrt{3}\mathrm{i}$

3. 一个长方体共一顶点的三个面的面积分别是 $\sqrt{2}$, $\sqrt{3}$, $\sqrt{6}$, 这个长方体对角线的长是 ( )

(A) $2\sqrt{3}$ (B) $3\sqrt{2}$ (C) 6 (D) $\sqrt{6}$

4. 已知 $\sin\alpha>\sin\beta$, 那么下列命题成立的是 ( )

(A) 若 α、β 是第一象限角, 则 $\cos\alpha>\cos\beta$

(B) 若 α、β 是第二象限角, 则 $\tan\alpha>\tan\beta$

(C) 若 α、β 是第三象限角, 则 $\cos\alpha>\cos\beta$

(D) 若 α、β 是第四象限角, 则 $\tan\alpha>\tan\beta$

5. 函数 $y=-x\cos x$ 的部分图象是 ( )

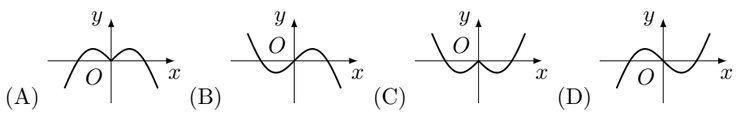

6.《中华人民共和国个人所得税法》规定, 公民全月工资、薪金所得不超过 800 元的部分不必纳税, 超过 800 元的部分为全月应纳税所得额, 此项税款按下表分段累进计算:

全月应纳税所得额	税率
不超过 500 元的部分	5%
超过 500 元至 2000 元的部分	10%
超过 2000 元至 5000 元的部分	15%
$\cdots$	$\cdots$

某人一月份交纳此项税款 26.78 元, 则他的当月工资、薪金所得介于 ( )

(A) 800 − 900 元 (B) 900 − 1200 元

(C) 1200 − 1500 元 (D) 1500 − 2800 元

7. 若 $a>b>1$, $P=\sqrt{\lg a\cdot\lg b}$, $Q=\dfrac{1}{2}(\lg a+\lg b)$, $R=\lg\left(\dfrac{a+b}{2}\right)$, 则

(A) $R<P<Q$ (B) $P<Q<R$ (C) $Q<P<R$ (D) $P<R<Q$

8. 已知两条直线 l_1: $y=x$, l_2: $ax-y=0$, 其中 a 为实数. 当这两条直线的夹角在 $\left(0,\dfrac{\pi}{12}\right)$ 内变动时, a 的取值范围是 ( )

(A) $(0,1)$ (B) $\left(\dfrac{\sqrt{3}}{3},\sqrt{3}\right)$

(C) $\left(\dfrac{\sqrt{3}}{3},1\right)\cup\left(1,\sqrt{3}\right)$ (D) $\left(1,\sqrt{3}\right)$

9. 一个圆柱的侧面展开图是一个正方形, 这个圆柱的全面积与侧面积的比是 ( )

(A) $\dfrac{1+2\pi}{2\pi}$ (B) $\dfrac{1+4\pi}{4\pi}$ (C) $\dfrac{1+2\pi}{\pi}$ (D) $\dfrac{1+4\pi}{2\pi}$

10. 过原点的直线与圆 $x^2+y^2+4x+3=0$ 相切, 若切点在第三象限, 则该直线的方程是 ( )

(A) $y=\sqrt{3}x$ (B) $y=-\sqrt{3}x$ (C) $y=\dfrac{\sqrt{3}}{3}x$ (D) $y=-\dfrac{\sqrt{3}}{3}x$

11. 过抛物线 $y=ax^2$ $(a>0)$ 的焦点 F 作一直线交抛物线于 P、Q 两点, 若线段 PF 与 FQ 的长分别是 p、q, 则 $\dfrac{1}{p}+\dfrac{1}{q}$ 等于 ( )

(A) $2a$ (B) $\dfrac{1}{2a}$ (C) $4a$ (D) $\dfrac{4}{a}$

12. 如图, OA 是圆锥底面中心 O 到母线的垂线, OA 绕轴旋转一周所得曲面将圆锥分成体积相等的两部分, 则母线与轴的夹角为 ( )

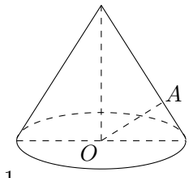

(A) $\arccos\dfrac{1}{\sqrt[3]{2}}$ (B) $\arccos\dfrac{1}{2}$ (C) $\arccos\dfrac{1}{\sqrt{2}}$ (D) $\arccos\dfrac{1}{\sqrt[4]{2}}$

二、填空题

13. 乒乓球队的 10 名队员中有 3 名主力队员, 派 5 名参加比赛, 3 名主力队员要安排在第一、三、五位置, 其余 7 名队员选 2 名安排在第二、四位置, 那么不同的出场安排共有_____种 (用数字作答).

14. 椭圆 $\dfrac{x^2}{9}+\dfrac{y^2}{4}=1$ 的焦点 F_1、F_2, 点 P 为其上的动点, 当 $\angle F_1PF_2$ 为钝角时, 点 P 横坐标的取值范围是_____.

15. 设 $\{a_n\}$ 是首项为 1 的正项数列, 且 $(n+1)a_{n+1}^2-n{a_n}^2+a_{n+1}a_n=0$ $(n=1,2,3,\cdots)$, 则它的通项公式是 $a_n=$_____.

16. 如图, E、F 分别为正方体面 ADD_1A_1、面 BCC_1B_1 的中心, 则四边形 BFD_1E 在该正方体的面上的射影可能是_____. (要求: 把可能的图序号都填上)

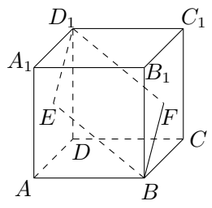

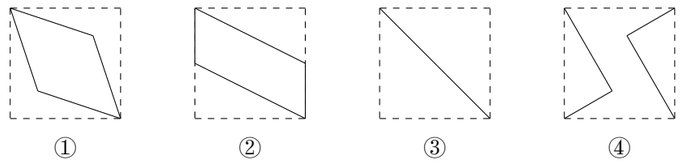

三、解答题

17. 已知函数 $y=\sqrt{3}\sin x+\cos x$, $x\in\mathbf{R}$.

(1) 当函数 y 取得最大值时, 求自变量 x 的集合;

(2) 该函数的图象可由 $y=\sin x$ $(x\in\mathbf{R})$ 的图象经过怎样的平移和伸缩变换得到?

18. 设 $\{a_n\}$ 为等差数列, S_n 为数列 $\{a_n\}$ 的前 n 项和, 已知 $S_7=7$, $S_{15}=75$, T_n 为数列 $\left\{\dfrac{S_n}{n}\right\}$ 的前 n 项和, 求 T_n.

19. 如图, 已知平行六面体 $ABCD—A_1B_1C_1D_1$ 的底面 $ABCD$ 上菱形, 且 $\angle C_1CB=\angle C_1CD=\angle BCD$.

(1) 证明: $C_1C\perp BD$;

(2) 当 $\dfrac{CD}{CC_1}$ 的值为多少时, 能使 $A_1C\perp$ 平面 C_1BD? 请给出证明.

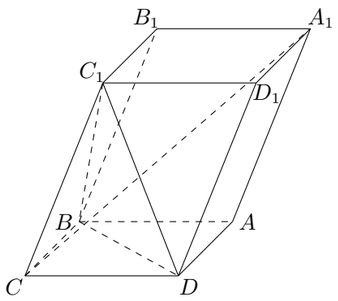

20. 设函数 $f(x)=\sqrt{x^2+1}-ax$, 其中 $a>0$.

(1) 解不等式 $f(x)\leqslant 1$;

(2) 证明: 当 $a\geqslant 1$ 时, 函数 $f(x)$ 在区间 $[0,+\infty)$ 上是单调函数.

21. 某蔬菜基地种植西红柿, 由历年市场行情得知, 从二月一日起的 300 天内, 西红柿场售价与上市时间的关系用图一的一条折线表示; 西红柿的种植成本与上市时间的关系用图二的抛物线段表示.

(1) 写出图一表示的市场售价与时间的函数关系式 $p=f(t)$; 写出图二表示的种植成本与时间的函数关系式 $Q=g(t)$;

(2) 认定市场售价减去种植成本为纯收益, 问何时上市的西红柿纯收益最大?

注: 市场售价各种植成本的单位: 元/10^2kg, 时间单位: 天.

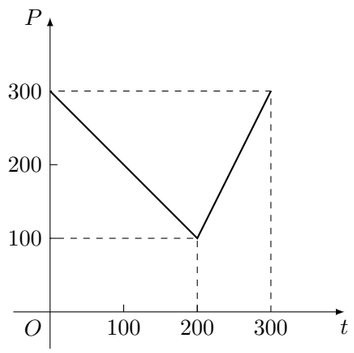

图一

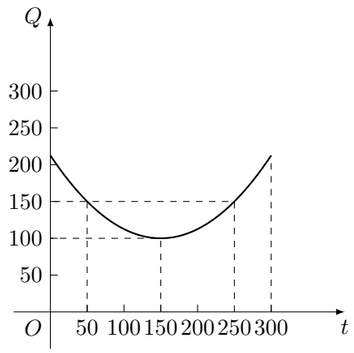

图二
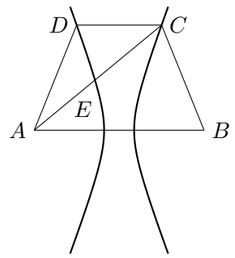
22. 如图, 已知梯形 $ABCD$ 中 $|AB|=2|CD|$, 点 E 分有向线段 $\overrightarrow{AC}$ 所成的比为 λ, 双曲线过 C、D、E 三点, 且以 A、B 为焦点, 当 $\dfrac{2}{3}\leqslant\lambda\leqslant\dfrac{3}{4}$ 时, 求双曲线离心率 e 的取值范围.