# 2006 普通高等学校招生考试 (四川卷文)

## 一、选择题

1. 已知集合 $A=\{x\mid x^2-5x+6\leqslant 0\}$, 集合 $B=\{x\mid |2x-1|>3\}$, 则集合 $A\cap B=$ ( )

(A) $\{x\mid 2\leqslant x\leqslant 3\}$ (B) $\{x\mid 2\leqslant x<3\}$

(C) $\{x\mid 2<x\leqslant 3\}$ (D) $\{x\mid -1<x<3\}$

2. 函数 $f(x)=\ln(x-1)\ (x>1)$ 的反函数是 ( )

(A) $f^{-1}(x)=\mathrm{e}^x+1\ (x\in\mathbf{R})$ (B) $f^{-1}(x)=10^x+1\ (x\in\mathbf{R})$

(C) $f^{-1}(x)=10^x+1\ (x>1)$ (D) $f^{-1}(x)=\mathrm{e}^x+1\ (x>1)$

3. 曲线 $y=4x-x^3$ 在点 $(-1,-3)$ 处的切线方程是 ( )

(A) $y=7x+4$ (B) $y=7x+2$ (C) $y=x-4$ (D) $y=x-2$

4. 如图, 已知正六边形 $P_1P_2P_3P_4P_5P_6$, 下列向量的数量积中最大的是 ( )

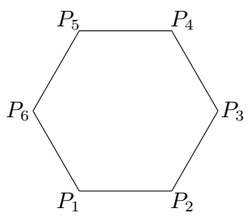


(A) $\overrightarrow{P_1P_2}\cdot\overrightarrow{P_1P_3}$ (B) $\overrightarrow{P_1P_2}\cdot\overrightarrow{P_1P_4}$ (C) $\overrightarrow{P_1P_2}\cdot\overrightarrow{P_1P_5}$ (D) $\overrightarrow{P_1P_2}\cdot\overrightarrow{P_1P_6}$

5. 甲校有 3600 名学生, 乙校有 5400 名学生, 丙校有 1800 名学生, 为统计三校学生某方面的情况, 计划采用分层抽样法, 抽取一个容量为 90 人的样本, 应在这三校分别抽取学生 ( )

(A) 30 人, 30 人, 30 人 (B) 30 人, 45 人, 15 人

(C) 20 人, 30 人, 10 人 (D) 30 人, 50 人, 10 人

6. 下列函数中, 图象的一部分如图所示的是 ( )

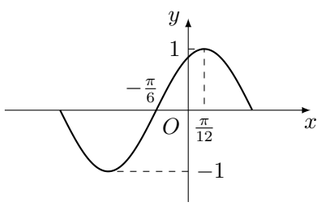


(A) $y=\sin\left(x+\dfrac{\pi}{6}\right)$ (B) $y=\sin\left(2x-\dfrac{\pi}{6}\right)$

(C) $y=\cos\left(4x-\dfrac{\pi}{3}\right)$ (D) $y=\cos\left(2x-\dfrac{\pi}{6}\right)$

7. 已知二面角 $\alpha-l-\beta$ 的大小为 $60^\circ$, $m$、$n$ 为异面直线, 且 $m\perp\alpha$, $n\perp\beta$, 则 $m$、$n$ 所成的角为 ( )

(A) $30^\circ$ (B) $60^\circ$ (C) $90^\circ$ (D) $120^\circ$

8. 已知两定点 $A(-2,0)$、$B(1,0)$, 如果动点 $P$ 满足 $|PA|=2|PB|$, 则点 $P$ 的轨迹所包围的图形的面积等于 ( )

(A) $9\pi$ (B) $8\pi$ (C) $4\pi$ (D) $\pi$

9. 如图, 正四棱锥 $P-ABCD$ 底面的四个顶点 $A$、$B$、$C$、$D$ 在球 $O$ 的同一个大圆上, 点 $P$ 在球面上, 如果 $V_{P-ABCD}=\dfrac{16}{3}$, 则球 $O$ 的表面积是 ( )

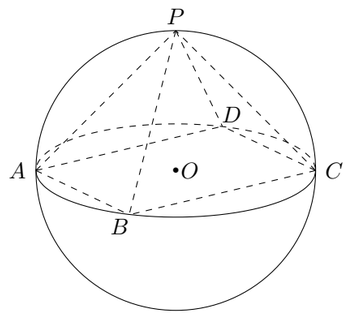


(A) $4\pi$ (B) $8\pi$ (C) $12\pi$ (D) $16\pi$

10. 直线 $y=x-3$ 与抛物线 $y^2=4x$ 交于 $A$、$B$ 两点, 过 $A$、$B$ 两点向抛物线的准线作垂线, 垂足分别为 $P$、$Q$, 则梯形 $APQB$ 的面积为 ( )

(A) 36 (B) 48 (C) 56 (D) 64

11. 设 $a$、$b$、$c$ 分别是 $\triangle ABC$ 的三个内角 $A$、$B$、$C$ 所对的边, 则 $a^2=b(b+c)$ 是 $A=2B$ 的 ( )

(A) 充要条件 (B) 充分而不必要条件

(C) 必要而不充分条件 (D) 既不充分也不必要条件

12. 从 0 到 9 这 10 个数字中任取 3 个数字组成一个没有重复数字的三位数, 这个数不能被 3 整除的概率为 ( )

(A) $\dfrac{41}{60}$ (B) $\dfrac{38}{54}$ (C) $\dfrac{35}{54}$ (D) $\dfrac{19}{54}$

## 二、填空题

13. $(1-2x)^{10}$ 展开式中的 $x^3$ 的系数为_____. (用数字作答)

14. 设 $x$、$y$ 满足约束条件 $\begin{cases}x\geqslant 1,\\ y\geqslant \dfrac{1}{2}x,\\ 2x+y\leqslant 10,\end{cases}$ 则 $z=2x-y$ 的最小值为_____.

15. 如图, 把椭圆 $\dfrac{x^2}{25}+\dfrac{y^2}{16}=1$ 的长轴 $AB$ 分成 8 等分, 过每个分点作 $x$ 轴的垂线交椭圆的上半部分于 $P_1$、$P_2$、$\cdots$、$P_7$ 七个点, $F$ 是椭圆的一个焦点, 则 $|P_1F|+|P_2F|+\cdots+|P_7F|=$_____.

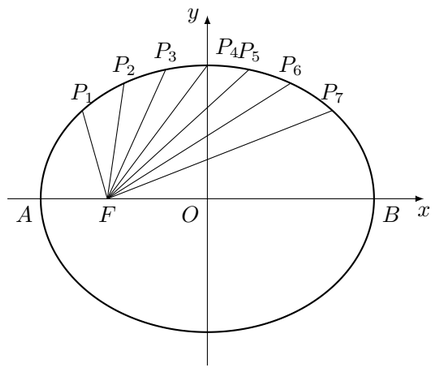


16. $m$、$n$ 是空间两条不同直线, $\alpha$、$\beta$ 是两个不同平面, 下面有四个命题:

① $m\perp\alpha,\ n\parallel\beta,\ \alpha\parallel\beta\Rightarrow m\perp n$;

② $m\perp n,\ \alpha\parallel\beta,\ m\perp\alpha\Rightarrow n\parallel\beta$;

③ $m\perp n,\ \alpha\parallel\beta,\ m\parallel\alpha\Rightarrow n\perp\beta$;

④ $m\perp\alpha,\ m\parallel n,\ \alpha\parallel\beta\Rightarrow n\perp\beta$.

其中真命题的编号是_____. (写出所有真命题的编号)

## 三、解答题

17. 数列 $\{a_n\}$ 的前 $n$ 项和记为 $S_n$, $a_1=1$, $a_{n+1}=2S_n+1\ (n\geqslant 1)$.

(1) 求 $\{a_n\}$ 的的通项公式;

(2) 等差数列 $\{b_n\}$ 的各项为正, 其前 $n$ 项和为 $T_n$, 且 $T_3=15$, 又 $a_1+b_1$, $a_2+b_2$, $a_3+b_3$ 成等比数列, 求 $T_n$.

18. 已知 $A$、$B$、$C$ 是 $\triangle ABC$ 三内角, 向量 $\boldsymbol{m}=(-1,\sqrt{3})$, $\boldsymbol{n}=(\cos A,\sin A)$, 且 $\boldsymbol{m}\cdot\boldsymbol{n}=1$.

(1) 求角 $A$;

(2) 若 $\dfrac{1+\sin 2B}{\cos^2 B-\sin^2 B}=-3$, 求 $\tan C$.

19. 某课程考核分理论和实验两部分进行, 每部分考核成绩只记“合格”与“不合格”, 两部分考核都“合格”则该课程考核“合格”. 甲、乙、丙三人在理论考核中合格的概率分别为 0.9、0.8、0.7; 在实验考核中合格的概率分别为 0.8、0.7、0.9. 所有考核是否合格互相之间没有影响.

(1) 求甲、乙、丙三人在理论考核中至少有两人合格的概率;

(2) 求这三人该课程考核都合格的概率. (结果保留三位小数)

20. 如图, 在长方体 $ABCD-A_1B_1C_1D_1$ 中, $E$、$P$ 分别是 $BC$、$A_1D_1$ 的中点, $M$ $N$ 分别是 $AE$ $CD_1$ 的中点, $AD=AA_1=a$, $AB=2a$.

(1) 求证: $MN$ // 面 $ADD_1A_1$;

(2) 求二面角 $P-AE-D$ 的大小.

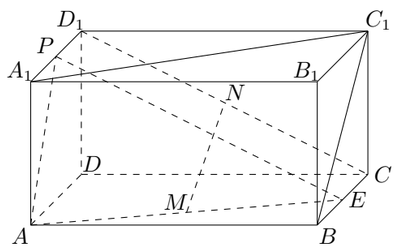


21. 已知函数 $f(x)=x^3+3ax-1$, $g(x)=f'(x)-ax-5$, 其中 $f'(x)$ 是 $f(x)$ 的导函数.

(1) 对满足 $-1\leqslant a\leqslant 1$ 的一切 $a$ 的值, 都有 $g(x)<0$, 求实数 $x$ 的取值范围;

(2) 设 $a=-m^2$, 当实数 $m$ 在什么范围内变化时, 函数 $y=f(x)$ 的图像与直线 $y=3$ 只有一个公共点.

22. 已知两定点 $F_1(-\sqrt{2},0)$, $F_2(\sqrt{2},0)$, 满足条件 $\left|\overrightarrow{PF_2}\right|-\left|\overrightarrow{PF_1}\right|=2$ 的点 $P$ 的轨迹是曲线 $E$, 直线 $y=kx-1$ 与曲线 $E$ 交于 $A$、$B$ 两点.

(1) 求 $k$ 的取值范围;

(2) 如果 $\left|\overrightarrow{AB}\right|=6\sqrt{3}$, 且曲线 $E$ 上存在点 $C$, 使 $\overrightarrow{OA}+\overrightarrow{OB}=m\overrightarrow{OC}$, 求 $m$ 的值和 $\triangle ABC$ 的面积 $S$.