# 2018 普通高等学校招生考试 (天津卷理)

## 一、选择题

1. 设全集为 $\mathbf{R}$, 集合 $A=\{x\mid 0<x<2\}$, $B=\{x\mid x\geqslant 1\}$, 则 $A\cap(\complement_{\mathbf{R}}B)=$ ( )

(A) $\{x\mid 0<x\leqslant 1\}$　(B) $\{x\mid 0<x<1\}$

(C) $\{x\mid 1\leqslant x<2\}$　(D) $\{x\mid 0<x<2\}$

2. 设变量 $x, y$ 满足约束条件 $\begin{cases}x+y\leqslant 5,\\ 2x-y\leqslant 4,\\ -x+y\leqslant 1,\\ y\geqslant 0,\end{cases}$ 则目标函数 $z=3x+5y$ 的最大值为 ( )

(A) 6　(B) 19　(C) 21　(D) 45

3. 阅读如图所示的程序框图, 运行相应的程序, 若输入 $N$ 的值为 20, 则输出 $T$ 的值为 ( )

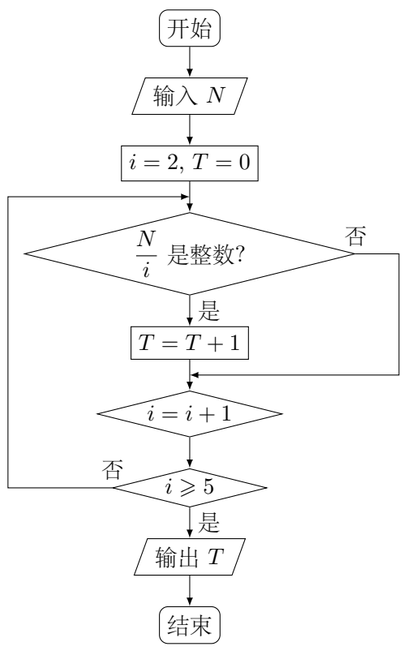


(A) 1　(B) 2　(C) 3　(D) 4

4. 设 $x\in\mathbf{R}$, 则“$\left|x-\frac{1}{2}\right|<\frac{1}{2}$”是“$x^3<1$”的 ( )

(A) 充分而不必要条件　(B) 必要而不充分条件

(C) 充要条件　(D) 既不充分也不必要条件

5. 已知 $a=\log_2 \mathrm{e}$, $b=\ln 2$, $c=\log_{\frac{1}{2}}\frac{1}{3}$, 则 $a, b, c$ 的大小关系为 ( )

(A) $a>b>c$　(B) $b>a>c$　(C) $c>b>a$　(D) $c>a>b$

6. 将函数 $y=\sin\left(2x+\frac{\pi}{5}\right)$ 的图象向右平移 $\frac{\pi}{10}$ 个单位长度, 所得图象对应的函数 ( )

(A) 在区间 $\left[\frac{3\pi}{4},\frac{5\pi}{4}\right]$ 上单调递增　(B) 在区间 $\left[\frac{3\pi}{4},\pi\right]$ 上单调递减

(C) 在区间 $\left[\frac{5\pi}{4},\frac{3\pi}{2}\right]$ 上单调递增　(D) 在区间 $\left[\frac{3\pi}{2},2\pi\right]$ 上单调递减

7. 已知双曲线 $\frac{x^2}{a^2}-\frac{y^2}{b^2}=1$ $(a>0,\ b>0)$ 的离心率为 2, 过右焦点且垂直于 $x$ 轴的直线与双曲线交于 $A, B$ 两点. 设 $A, B$ 到双曲线同一条渐近线的距离分别为 $d_1$ 和 $d_2$, 且 $d_1+d_2=6$, 则双曲线的方程为 ( )

(A) $\frac{x^2}{4}-\frac{y^2}{12}=1$　(B) $\frac{x^2}{12}-\frac{y^2}{4}=1$　(C) $\frac{x^2}{3}-\frac{y^2}{9}=1$　(D) $\frac{x^2}{9}-\frac{y^2}{3}=1$

8. 如图, 在平面四边形 $ABCD$ 中, $AB\perp BC$, $AD\perp CD$, $\angle BAD=120^\circ$, $AB=AD=1$. 若点 $E$ 为边 $CD$ 上的动点, 则 $\overrightarrow{AE}\cdot\overrightarrow{BE}$ 的最小值为 ( )

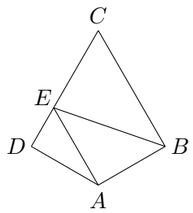


(A) $\frac{21}{16}$　(B) $\frac{3}{2}$　(C) $\frac{25}{16}$　(D) 3

## 二、填空题

9. i 是虚数单位, 复数 $\frac{6+7\mathrm{i}}{1+2\mathrm{i}}=$_____.

10. 在 $\left(x-\frac{1}{2\sqrt{x}}\right)^5$ 的展开式中, $x^2$ 的系数为_____.

11. 已知正方体 $ABCD-A_1B_1C_1D_1$ 的棱长为 1, 除面 $ABCD$ 外, 该正方体其余各面的中心分别为点 $E, F, G, H, M$ (如图), 则四棱锥 $M-EFGH$ 的体积为_____.

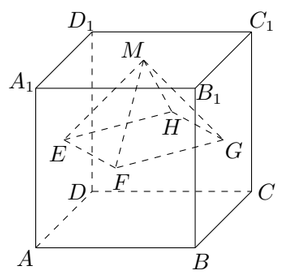


12. 已知圆 $x^2+y^2-2x=0$ 的圆心为 $C$, 直线 $\begin{cases}x=-1+\frac{\sqrt{2}}{2}t,\\ y=3-\frac{\sqrt{2}}{2}t,\end{cases}$ ($t$ 为参数) 与该圆相交于 $A, B$ 两点, 则 $\triangle ABC$ 的面积为_____.

13. 已知 $a, b\in\mathbf{R}$, 且 $a-3b+6=0$, 则 $2^a+\frac{1}{8^b}$ 的最小值为_____.

14. 已知 $a>0$, 函数 $f(x)=\begin{cases}x^2+2ax+a, & x\leqslant 0,\\ -x^2+2ax-2a, & x>0.\end{cases}$ 若关于 $x$ 的方程 $f(x)=ax$ 恰有 2 个互异的实数解, 则 $a$ 的取值范围是_____.

## 三、解答题

15. 在 $\triangle ABC$ 中, 内角 $A, B, C$ 所对的边分别为 $a, b, c$. 已知 $b\sin A=a\cos\left(B-\frac{\pi}{6}\right)$.

(1) 求角 $B$ 的大小;

(2) 设 $a=2$, $c=3$, 求 $b$ 和 $\sin(2A-B)$ 的值.

16. 已知某单位甲、乙、丙三个部门的员工人数分别为 24, 16, 16. 现采用分层抽样的方法从中抽取 7 人, 进行睡眠时间的调查.

(1) 应从甲、乙、丙三个部门的员工中分别抽取多少人?

(2) 若抽出的 7 人中有 4 人睡眠不足, 3 人睡眠充足, 现从这 7 人中随机抽取 3 人做进一步的身体检查.

① 用 $X$ 表示抽取的 3 人中睡眠不足的员工人数, 求随机变量 $X$ 的分布列与数学期望;

② 设 $A$ 为事件“抽取的 3 人中, 既有睡眠充足的员工, 也有睡眠不足的员工”, 求事件 $A$ 发生的概率.

17. 如图, $AD \parallel BC$ 且 $AD=2BC$, $AD \perp CD$, $EG \parallel AD$ 且 $EG=AD$, $CD \parallel FG$ 且 $CD=2FG$, $DG \perp$ 平面 $ABCD$, $DA=DC=DG=2$.

(1) 若 $M$ 为 $CF$ 的中点, $N$ 为 $EG$ 的中点, 求证: $MN \parallel$ 平面 $CDE$;

(2) 求二面角 $E-BC-F$ 的正弦值;

(3) 若点 $P$ 在线段 $DG$ 上, 且直线 $BP$ 与平面 $ADGE$ 所成的角为 $60^\circ$, 求线段 $DP$ 的长.

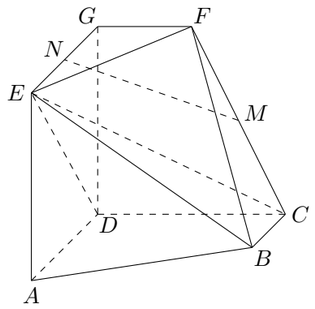


18. 设 $\{a_n\}$ 是等比数列, 公比大于 0, 其前 $n$ 项和为 $S_n$ $(n \in \mathbf{N}^*)$, $\{b_n\}$ 是等差数列. 已知 $a_1=1$, $a_3=a_2+2$, $a_4=b_3+b_5$, $a_5=b_4+2b_6$.

(1) 求 $\{a_n\}$ 和 $\{b_n\}$ 的通项公式;

(2) 设数列 $\{S_n\}$ 的前 $n$ 项和为 $T_n$ $(n \in \mathbf{N}^*)$.

① 求 $T_n$;

② 证明 $\sum\limits_{k=1}^{n} \dfrac{(T_k+b_{k+2})\,b_k}{(k+1)(k+2)} = \dfrac{2^{n+2}}{n+2}-2$ $(n \in \mathbf{N}^*)$.

19. 设椭圆 $\dfrac{x^2}{a^2}+\dfrac{y^2}{b^2}=1$ $(a>b>0)$ 的左焦点为 $F$, 上顶点为 $B$. 已知椭圆的离心率为 $\dfrac{\sqrt{5}}{3}$, 点 $A$ 的坐标为 $(b,0)$, 且 $|FB| \cdot |AB| = 6\sqrt{2}$.

(1) 求椭圆的方程;

(2) 设直线 $l$: $y=kx$ $(k>0)$ 与椭圆在第一象限的交点为 $P$, 且 $l$ 与直线 $AB$ 交于点 $Q$. 若 $\dfrac{|AQ|}{|PQ|}=\dfrac{5\sqrt{2}}{4}\sin\angle AOQ$ ($O$ 为原点), 求 $k$ 的值.

20. 已知函数 $f(x)=a^x$, $g(x)=\log_a x$, 其中 $a>1$.

(1) 求函数 $h(x)=f(x)-x\ln a$ 的单调区间;

(2) 若曲线 $y=f(x)$ 在点 $(x_1, f(x_1))$ 处的切线与曲线 $y=g(x)$ 在点 $(x_2, g(x_2))$ 处的切线平行, 证明 $x_1+g(x_2)=-\dfrac{2\ln\ln a}{\ln a}$;

(3) 证明当 $a \geqslant \mathrm{e}^{\frac{1}{\mathrm{e}}}$ 时, 存在直线 $l$, 使 $l$ 是曲线 $y=f(x)$ 的切线, 也是曲线 $y=g(x)$ 的切线.