# 2021 普通高等学校招生考试 (上海卷)

## 一、填空题

1. 若复数 $z_1 = 1 + \mathrm{i}$, $z_2 = 2 + 3\mathrm{i}$ (i 为虚数单位), 则 $z_1 + z_2 =$_____.

2. 若集合 $A = \{x \mid 2x \leqslant 1\}$, $B = \{-1,\ 0,\ 1\}$, 则 $A \cap B =$_____.

3. 若圆为 $x^2 + y^2 - 2x - 4y = 0$, 则该圆的圆心坐标为_____.

4. 如图所示, 若正方形 $ABCD$ 的边长为 3, 则 $\overrightarrow{AB} \cdot \overrightarrow{AC} =$_____.

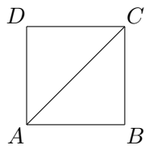


5. 设 $f^{-1}(x)$ 为函数 $f(x) = \dfrac{3}{x} + 2$ 的反函数, 则 $f^{-1}(1) =$_____.

6. 在 $(x + a)^5$ 的二项展开式中, 若 $x^2$ 的系数为 80, 则实数 $a =$_____.

7. 若实数 $x$, $y$ 满足 $\begin{cases} x \leqslant 3, \\ 2x - y - 2 \geqslant 0, \\ 3x + y - 8 \geqslant 0, \end{cases}$ 则 $z = x - y$ 的最大值为_____.

8. 已知无穷等比数列 $\{a_n\}$ 和 $\{b_n\}$, 满足 $a_1 = 3$, $b_n = a_{2n}$, 且 $a_n$ 的各项和为 9, 则数列 $\{b_n\}$ 的各项和为_____.

9. 如图所示, 已知圆柱的底面半径为 1, 高为 2, $AB$ 为上底面圆的一条直径, 若 $C$ 为下底面圆周上的一个动点, 则 $\triangle ABC$ 的面积的取值范围为_____.

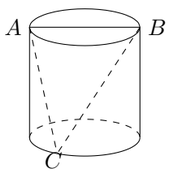


10. 上海的花博会有 $A$、$B$、$C$、$D$ 四个不同的场馆. 若甲、乙每人选 2 个场馆去参观, 则两人的选择中恰有一个场馆相同的概率为_____.

11. 已知抛物线 $C$: $y^2 = 2px$ $(p > 0)$ 的焦点为 $F$, $A$、$B$ 两点位于第一象限且在 $C$ 上, 若 $|AF| = 2$, $|BF| = 4$, $|AB| = 3$, 则直线 $AB$ 的斜率为_____.

12. 已知 $a_i \in \mathbf{N}^*$ $(i = 1,\ 2,\ \cdots,\ 9)$, 若对任意的 $k \in \mathbf{N}^*$ $(2 \leqslant k \leqslant 8)$, $a_k = a_{k-1} + 1$ 或 $a_k = a_{k+1} - 1$ 中有且仅有一个成立, 且 $a_1 = 6$, $a_9 = 9$, 则 $a_1 + \cdots + a_9$ 的最小值为_____.

## 二、选择题

13. 下列函数中, 既是奇函数又是减函数的是 ( )

(A) $y = -3x$ (B) $y = x^3$ (C) $y = \log_3 x$ (D) $y = 3^x$

14. 若参数方程 $\begin{cases} x = 3t - 4t^3, \\ y = 2t\sqrt{1 - t^2}, \end{cases}$ $t \in [-1, 1]$, 则该方程的曲线是 ( )

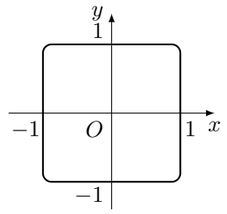


(A)

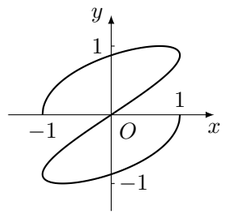


(B)

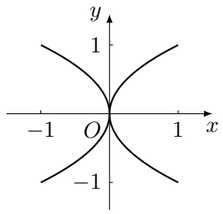


(C)

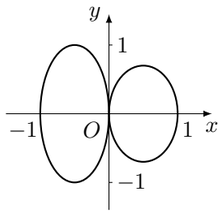


(D)

15. 已知函数 $f(x) = 3\sin x + 2$, 若对任意的 $x_1 \in \left[0, \dfrac{\pi}{2}\right]$, 都存在 $x_2 \in \left[0, \dfrac{\pi}{2}\right]$, 使得 $f(x_1) + 2f(x_2 + \theta) = 3$ 成立, 则 $\theta$ 的值可以是 ( )

(A) $\dfrac{3\pi}{5}$ (B) $\dfrac{4\pi}{5}$ (C) $\dfrac{6\pi}{5}$ (D) $\dfrac{7\pi}{5}$

16. 若两两不相等的实数 $x_1$, $y_1$, $x_2$, $y_2$, $x_3$, $y_3$ 满足:

① $x_1 < y_1$, $x_2 < y_2$, $x_3 < y_3$;

② $x_1 + y_1 = x_2 + y_2 = x_3 + y_3$;

③ $x_1y_1 + x_3y_3 = 2x_2y_2$.

则以下选项中恒成立的是 ( )

(A) $2x_2 < x_1 + x_3$ (B) $2x_2 > x_1 + x_3$ (C) $x_2^2 < x_1x_3$ (D) $x_2^2 > x_1x_3$

## 三、解答题

17. 如图所示, 在长方体 $ABCD - A_1B_1C_1D_1$ 中, $AB = BC = 2$, $AA_1 = 3$.

(1) 若点 $P$ 是棱 $A_1D_1$ 上的动点, 求三棱锥 $C - PAD$ 的体积;

(2) 求直线 $AB_1$ 与平面 $ACC_1A_1$ 所成的角的大小. (结果用反三角函数数值表示)

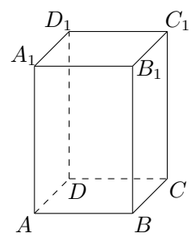


18. 已知在 $\triangle ABC$ 中, 角 $A$、$B$、$C$ 所对边的边长分别为 $a$、$b$、$c$, 且 $a = 3$, $b = 2c$.

(1) 若 $A = \dfrac{2\pi}{3}$, 求 $\triangle ABC$ 的面积;

(2) 若 $2\sin B - \sin C = 1$, 求 $\triangle ABC$ 的周长.

19. 已知某企业今年 (2021 年) 第一个季度的营业额为 1.1 亿元, 以后每个季度的营业额比上个季度增加 0.05 亿元, 该企业第一季度的利润为 0.16 亿元, 以后每季度比前一季度增长 4%.

(1) 求 2021 年起前 20 季度营业额的总和;

(2) 请问哪一年的第几个季度的利润首次超过该季度营业额的 18%.

20. 已知椭圆 $\Gamma$: $\dfrac{x^2}{2}+y^2=1$, $F_1$, $F_2$ 为 $\Gamma$ 的左、右焦点, 直线 $l$ 过点 $P(m,0)$ $(m<-\sqrt{2})$ 交 $\Gamma$ 于 $A$、$B$ 两点, 且 $A$、$B$ 在 $x$ 轴上方, 点 $A$ 在线段 $BP$ 上.

(1) 若 $B$ 是 $\Gamma$ 的上顶点, 且 $\left|\overrightarrow{BF_1}\right|=\left|\overrightarrow{PF_1}\right|$, 求 $m$ 的值;

(2) 若 $\overrightarrow{F_1A}\cdot\overrightarrow{F_2A}=\dfrac{1}{3}$, 且原点 $O$ 到直线 $l$ 的距离为 $\dfrac{4\sqrt{15}}{15}$, 求直线 $l$ 的方程;

(3) 对于任意点 $P$, 是否存在唯一的直线 $l$, 使得 $\overrightarrow{F_1A}\parallel\overrightarrow{F_2B}$ 成立, 若存在, 求出直线 $l$ 的方程, 若不存在, 请说明理由.

21. 已知 $f(x)$ 是定义在 $\mathbf{R}$ 上的函数, 若对任意的 $x_1$、$x_2$, $x_1-x_2\in S$, 均有 $f(x_1)-f(x_2)\in S$, 则称 $f(x)$ 是 $S$ 关联.

(1) 判断函数 $f(x)=2x+1$ 是否是 $[0,+\infty)$ 关联? 是否是 $[0,1]$ 关联? 并说明理由;

(2) 若 $f(x)$ 是 $\{3\}$ 关联, 当 $x\in[0,3)$ 时, $f(x)=x^2-2x$, 解不等式 $2\leqslant f(x)\leqslant 3$;

(3) 证明: "$f(x)$ 是 $\{1\}$ 关联, 且是 $[0,+\infty)$ 关联"当且仅当"$f(x)$ 是 $[1,2]$ 关联".